INFORMATIKA

I. Njohuri të përgjithshme, pajisje harduerike dhe siguria e të dhënave

1. Prapashtesa .ëav është karakteristikë e fajllave që përmbajnë:

   A. foto
   B. tekst
   C. programe
   D. zë

   Përgjigjja e saktë: D
   Shpjegimi: Sipas çelësit të dokumentit, alternativa D është vlerësuar si e saktë. Prapashtesa .wav përdoret për fajlla audio, pra përmbajtja është zëri.

2. Në një memorie me kapacitet 2 GB janë ruajtur 3 fajlla me kapacitet gjegjëse: 1536 kB, 512 kB dhe 46 MB. Sa është kapaciteti i mbetur i kësaj memorie?

   A. 2000 MB
   B. 200 MB
   C. 1052 MB
   D. 20 MB

   Përgjigjja e saktë: A
   Shpjegimi: Sipas çelësit të dokumentit, alternativa A është vlerësuar si e saktë. 2 GB = 2048 MB; 1536 kB + 512 kB = 2 MB dhe 2 MB + 46 MB = 48 MB, kështu që mbeten 2000 MB.

3. Sa është kapaciteti i nevojshëm për ruajtjen e një libri me 512 faqe, nëse supozohet se çdo faqe ka nga 4096 simbole të cila ruhen në kodin 8 bitësh.

   A. 1MB
   B. 2MB
   C. 4MB
   D. 3MB

   Përgjigjja e saktë: B
   Shpjegimi: Sipas çelësit të dokumentit, alternativa B është vlerësuar si e saktë. 512 × 4096 byte = 2,097,152 byte, që korrespondojnë me 2 MB.

4. Memoria USB flash i takon grupit të memorieve:

   A. Izoluese
   B. Përçuese
   C. Gjysmëpërçuese
   D. Mekanike

   Përgjigjja e saktë: C
   Shpjegimi: Sipas çelësit të dokumentit, alternativa C është vlerësuar si e saktë. USB flash ruan të dhënat në memorie flash, pra në memorie gjysmëpërçuese.

5. Në cilën prej njësive të memories së jashtme nuk mund të ndryshohen shënimet:

   A. Disku magnetik
   B. USB memoria
   C. CD-RË
   D. CD-ROM

   Përgjigjja e saktë: D
   Shpjegimi: Sipas çelësit të dokumentit, alternativa D është vlerësuar si e saktë. CD-ROM është medium vetëm për lexim, prandaj shënimet nuk ndryshohen.

6. Cila prej njësive të mëposhtme është e domosdoshme për punën e kompjuterit.
   A. Procesori
   B. Modemi
   C. Shtypësi
   D. Kartela e rrjetit

   Përgjigjja e saktë: A
   Shpjegimi: Sipas çelësit të dokumentit, alternativa A është vlerësuar si e saktë. Procesori është njësia qendrore e përpunimit dhe pa të kompjuteri nuk kryen punën bazë.

7. Cila nga pajisjet e mëposhtme nuk është një pajisje hyrëse
   A. Miu
   B. Tastiera
   C. Printeri
   D. Ekrani me prekje

   Përgjigjja e saktë: C
   Shpjegimi: Sipas çelësit të dokumentit, alternativa C është vlerësuar si e saktë. Printeri jep dalje në letër, ndaj nuk është pajisje hyrëse.

8. Ç`është shkurtesa RAM në një kompjuter?
   A. Random Access Memory
   B. Rarely Access Module
   C. Random Active Memory
   D. Rarely Access Memory

   Përgjigjja e saktë: A
   Shpjegimi: Sipas çelësit të dokumentit, alternativa A është vlerësuar si e saktë. RAM zgjerohet si Random Access Memory.

9. Cila nga pajisjet e mëposhtme nuk është pajisje dalëse
   A. Printer
   B. Scanner
   C. Ekrani i thjeshtë
   D. Bokset e muzikës

   Përgjigjja e saktë: B
   Shpjegimi: Sipas çelësit të dokumentit, alternativa B është vlerësuar si e saktë. Scanneri merr hyrje nga dokumenti ose figura dhe nuk bën dalje.

10. Cila nga memoriet e mëposhtme nuk është memorie e qëndrueshme
   A. Disqet IDE
   B. Memoria e jashtme me USB
   C. RAM
   D. Disqet SCSI

   Përgjigjja e saktë: B
   Shpjegimi: Sipas çelësit të dokumentit, alternativa B është vlerësuar si e saktë për këtë item.

11. Ç`është shkurtesa RAID në një kompjuter

A. Redundant array of independent disks
B. Remote Administration Internet Device
C. Një lloj pastruesi për ekranin
D. Right Administration for Intersite Distribution

Përgjigjja e saktë: A
Shpjegimi: Sipas çelësit të dokumentit, alternativa A është vlerësuar si e saktë. RAID zgjerohet si Redundant Array of Independent Disks.

12. Serveri ka dy harddisqe të instaluar për tu mbrojtur nga humbja e të dhënave në rast se dëmtohet një disk. Nga një luhatje e tensionit, njëri nga disqet është djegur, megjithatë serveri nuk e ka ndërprerë punën dhe nuk kanë humbur të dhëna. C`fare konfigurimi të RAID ka pasur serveri?

A. RAID 10
B. RAID 0
C. RAID 5
D. RAID 1

Përgjigjja e saktë: D
Shpjegimi: Sipas çelësit të dokumentit, alternativa D është vlerësuar si e saktë. RAID 1 bën pasqyrim të të dhënave në dy disqe, ndaj sistemi vazhdon punën edhe kur dëmtohet njëri prej tyre.

13. Konfigurim RAID 1 ka nevojë për të paktën:

A. 4 disqe
B. 3 disqe
C. 2 disqe
D. 10 disqe

Përgjigjja e saktë: C
Shpjegimi: Sipas çelësit të dokumentit, alternativa C është vlerësuar si e saktë. RAID 1 kërkon së paku dy disqe për pasqyrim.

14. Konfigurim RAID 5 ka nevojë për të paktën:

A. 2 disqe
B. 3 disqe
C. 4 disqe
D. 10 disqe

Përgjigjja e saktë: B
Shpjegimi: Sipas çelësit të dokumentit, alternativa B është vlerësuar si e saktë. RAID 5 funksionon minimalisht me tre disqe, sepse përdor paritet të shpërndarë.

15. Një server në të cilin janë instaluar 2 disqe, njëri me 500GB dhe tjetri me 320GB, janë lidhur me një RAID controller i cili është konfiguruar me skemën RAID 1 . Sa është hapësira e memories në dispozicion në këtë server?

A. 820 GB
B. 640 GB
C. 320 GB
D. 500 GB

Përgjigjja e saktë: B
Shpjegimi: Sipas çelësit të dokumentit, alternativa B është vlerësuar si e saktë për këtë item.

16. Cila prej njësive periferike të kompjuterit mundëson transmetim më të shpejtë të të dhënave për shtypësin laserik:

A. Njësia paralele
B. Njësia SCSI
C. Njësia RS-232
D. Njësia serike

Përgjigjja e saktë: A
Shpjegimi: Sipas çelësit të dokumentit, alternativa A është vlerësuar si e saktë. Në logjikën e këtij testi, njësia paralele trajtohet si lidhja më e shpejtë për shtypësin laserik.

17. Cili prej opsioneve vijuese mundëson qasje më të shpejtë në një dokument kompjuterik të llojit video, i cili ka kapacitet të madh të memories:

A. Njësia optike
B. Njësia SCSI
C. Njësia IDE
D. Njësia EIDE

Përgjigjja e saktë: B
Shpjegimi: Sipas çelësit të dokumentit, alternativa B është vlerësuar si e saktë. SCSI përdoret për qasje më të shpejtë te dokumente dhe pajisje me kapacitet më të madh.

18. RS232 është një standard që aplikohet në :

A. Portin serik
B. Portin paralel
C. Portin e lojrave
D. Portin e rrjetit

Përgjigjja e saktë: A
Shpjegimi: Sipas çelësit të dokumentit, alternativa A është vlerësuar si e saktë. RS-232 është standard i komunikimit serik.

19. Porti i shtypësit në një kompjuter është :

A. Konektor serik me 25 pine
B. Konektor paralel me 25 pine
C. Konektor paralel me 15 pine
D. Konektor serik me 15 pine

Përgjigjja e saktë: C
Shpjegimi: Sipas çelësit të dokumentit, alternativa C është vlerësuar si e saktë për këtë item.

II. Rrjetet kompjuterike dhe komunikimet

20. Cili nga shënimet e mëposhtme mund të jetë një adresë e postës elektronike?

A. arti.loni@ kosova
B. arti@shkolla.ks
C. http.sems@ks
D. http@gmail.com

Përgjigjja e saktë: D
Shpjegimi: Sipas çelësit të dokumentit, alternativa D është vlerësuar si e saktë për këtë item.

21. Ç`farë është VPN në rrjetet kompjuterike:

A. Virtual Port Naming
B. Voltage Ports Netëorks
C. Virtual Private Netëork
D. Voltage Ports Name

Përgjigjja e saktë: C
Shpjegimi: Sipas çelësit të dokumentit, alternativa C është vlerësuar si e saktë. VPN do të thotë Virtual Private Network.

22. Cili nga pohimet e mëposhtme përshkruan një VPN.

A. VPN shërben për autentifikimin e nyjave fundore të rrjetit dhe enkripton paketat e të dhënave.
B. Lidhjet VPN janë mënyra më e mirë e enkriptimit sepse ato përdorin certifikata që njihen vetëm nga institucioni që përdor këtë lidhje VPN.
C. Lidhjet VPN mund të krijohen vetëm midis kompjuterëve me sistem operimi Linux ose Unix.
D. VPN nuk përdoren më në ditët e sotme pasi korporatat kanë ndërtuar rrjetat e tyre private.

Përgjigjja e saktë: A
Shpjegimi: Sipas çelësit të dokumentit, alternativa A është vlerësuar si e saktë. VPN përdoret për autentifikim të nyjave fundore dhe për enkriptim të trafikut.

23. Çfarë është NIC në terminologjinë e rrjeteve?

A. Netëork Interface Card
B. Netëork Interface Container
C. Netëork Interpreter Card
D. Netëork Interpolation Chiller

Përgjigjja e saktë: A
Shpjegimi: Sipas çelësit të dokumentit, alternativa A është vlerësuar si e saktë. NIC nënkupton Network Interface Card.

24. Çfarë është VoIP?

A. Nëse gjatë një telefonate VoIP humbet një paketë, telefonata ndërpritet dhe aparati i marrësit bën automatikisht një thirrje të re telefonike
B. VoIP mund të tolerojë humbje të mëdha të paketave pa e reflektuar këtë në cilësinë e bisedës.
C. Nëse gjatë një telefonate VoIP një paketë humbet, telefonata ndërpritet në cast
D. Nëse ka një humbje të vogël paketash biseda telefonike mund të vazhdojë pa u ndërprerë, ndonëse do të këtë shkëputje të fjalëve.

Përgjigjja e saktë: D
Shpjegimi: Sipas çelësit të dokumentit, alternativa D është vlerësuar si e saktë. Në VoIP humbjet e vogla të paketave mund të tolerohen, por krijojnë shkëputje të fjalëve.

25. Në cilën shtresë të modelit OSI funksionojnë HUB-ët?

A. Shtresën e aplikacioneve
B. Shtresën e transportit
C. Shtresën fizike
D. Shtresën e rrjetit

Përgjigjja e saktë: C
Shpjegimi: Sipas çelësit të dokumentit, alternativa C është vlerësuar si e saktë. Hub-i punon në shtresën fizike të modelit OSI.

26. Kornizat kohore (Frame) prej një rrjeti LAN transmetohen në një rrjet tjetër LAN, nëpërmjet pajisjes vijuese:

A. Router
B. Bridge
C. Repeater
D. Modem

Përgjigjja e saktë: B
Shpjegimi: Sipas çelësit të dokumentit, alternativa B është vlerësuar si e saktë. Bridge përcjell frame-e nga një segment LAN në një segment tjetër.

27. Cila nga pajisjet e mëposhtme ka të bëjë me modulimet dhe demodulimet?

A. Modem
B. Protocols
C. Gateëay
D. Multiplexer

Përgjigjja e saktë: A
Shpjegimi: Sipas çelësit të dokumentit, alternativa A është vlerësuar si e saktë. Modemi kryen modulim dhe demodulim.

28. Cila nga shprehjet e mëposhtme është e metë e rrjetit LAN pa tela?

A. Shpejtësi më e ulët e transmetimit të të dhënave
B. Gjasa më e madhe e paraqitjes së gabimeve
C. Interferencë më e madhe gjatë transmetimit
D. Të gjitha formulimet e mësipërme

Përgjigjja e saktë: D
Shpjegimi: Sipas çelësit të dokumentit, alternativa D është vlerësuar si e saktë. Rrjeti LAN pa tela ka shpejtësi më të ulët, më shumë interferencë dhe më shumë gjasa për gabime, prandaj në test pranohet përgjigjja "Të gjitha formulimet e mësipërme".

29. Cila prej pajisjeve vijuese përdoret për të realizuar lidhjen ndërmjet dy sistemeve, në veçanti kur ato përdorin protokolle të ndryshme për komunikim:

A. Bridge
B. Hub
C. Gateëay
D. Repeater

Përgjigjja e saktë: C
Shpjegimi: Sipas çelësit të dokumentit, alternativa C është vlerësuar si e saktë. Gateway përdoret për lidhjen e sistemeve që përdorin protokolle të ndryshme.

30. Njësia matëse bazë e shpejtësisë së transmetimit të të dhënave dixhitale është:

A. dps
B. bps
C. dpm D . dpi
D.

Përgjigjja e saktë: B
Shpjegimi: Sipas çelësit të dokumentit, alternativa B është vlerësuar si e saktë. Njësia bazë për shpejtësinë e transmetimit dixhital është bps.

31. Në cilën nga mënyrat e komunikimit infomacioni rrjedh në të dy drejtimet njëkohësisht:

A. Duplekse e plotë (full-duplex)
B. Gjysëm Duplekse (half-duplex)
C. Simplekse (simplex)
D. Multicast

Përgjigjja e saktë: A
Shpjegimi: Sipas çelësit të dokumentit, alternativa A është vlerësuar si e saktë. Full-duplex do të thotë rrjedhje e informacionit në të dy drejtimet njëkohësisht.

32. Transmetimi i të dhënave multimediale në kohë reale nëpërmjet internetit, realizohet me ndihmën e protokollit:

A. HTTP
B. UDP
C. TCP
D. RTP

Përgjigjja e saktë: D
Shpjegimi: Sipas çelësit të dokumentit, alternativa D është vlerësuar si e saktë. RTP është protokoll tipik për transmetim multimedial në kohë reale.

33. Cili nga protokollet vijuese TCP/IP përdoret për transmetimin e e-mail mesazheve:

A. SMTP
B. FTP
C. SNMP
D. RPC

Përgjigjja e saktë: A
Shpjegimi: Sipas çelësit të dokumentit, alternativa A është vlerësuar si e saktë. SMTP përdoret për dërgimin e mesazheve e-mail.

34. Nën cilat kushte paraqitet transmetimi i paketave të të dhënave nëpër mediumin transmetues, në të njëjtën kohë.

A. Collision
B. Contention
C. Synchronous
D. Asynchronous

Përgjigjja e saktë: A
Shpjegimi: Sipas çelësit të dokumentit, alternativa A është vlerësuar si e saktë. Kur paketat dërgohen njëkohësisht në të njëjtin medium, paraqitet collision.

35. Rrjeti kompjuterik i shpërndarë në të cilin të gjitha të dhënat kalojnë nëpërmjet kompjuterit qendror, quhet rrjeti i tipit:

A. Ring
B. Bus
C. Star
D. Point-to-point

Përgjigjja e saktë: C
Shpjegimi: Sipas çelësit të dokumentit, alternativa C është vlerësuar si e saktë. Në topologjinë star të gjitha të dhënat kalojnë përmes pikës qendrore.

36. Cila pjesë e adresës 192.168.10.51 është ID e rrjetit përkatës, nëse subnet mask ka vlerën e nënkuptuar:

A. 168
B. 192
C. 192.168.10
D. 51

Përgjigjja e saktë: C
Shpjegimi: Sipas çelësit të dokumentit, alternativa C është vlerësuar si e saktë. Me subnet maskën e nënkuptuar të klasës C, ID-ja e rrjetit është 192.168.10.

37. Nëse për paraqitjen e një karakteri përdoren 10 bite, sa është numri i karaktereve që transmetohen në sekond, nëse shpejtësia është 1200 bps.

A. 10
B. 120
C. 12
D. 1200

Përgjigjja e saktë: B
Shpjegimi: Sipas çelësit të dokumentit, alternativa B është vlerësuar si e saktë. 1200 bps ÷ 10 bit për karakter = 120 karaktere në sekondë.

38. Cili nga opsionet e mëposhtme është i domosdoshëm për komunikim ndërmjet dy kompjuterëve:

A. Qasja në mediumin transmetues
B. Protokolli
C. Hardueri për komunikim
D. Të gjitha opsionet e mësipërme

Përgjigjja e saktë: D
Shpjegimi: Sipas çelësit të dokumentit, alternativa D është vlerësuar si e saktë. Për komunikim ndërmjet dy kompjuterëve duhen mediumi, protokolli dhe hardueri.

III. MS Excel

39. Në programin MS Excel janë vendosur shenimet vijuese. Nëse kërkohet llogaritja e shumës së numrave të zgjedhur, cila prej shprehjeve të mëposhtme duhet të përdoret?

	A	B	C	D
1	1	16	23	4
2	18	2	4	5
3	35	5	15	3
4	35	6	21	8
5	7	55	5	34

A. = SUM(A1:B3)
B. = SUM(A1:D5)
C. = SUM(C4)
D. = SUM(A1:B3;C4)

Përgjigjja e saktë: B
Shpjegimi: Sipas çelësit të dokumentit, alternativa B është vlerësuar si e saktë. Nga figura kërkohet shuma e të gjithë bllokut të përzgjedhur, ndaj në këtë test përdoret =SUM(A1:D5).

40. Vlera numerike e qelulës C3 në programin MS Excel, pas shtypjes së tasti ENTER, do të jetë:

	A	B	C
1	1	2	5
2	3	3	6
3			=IF(SUM(A1:B2)>=9;C1;C2)

A. 5
B. 6
C. 7
D. 8

Përgjigjja e saktë: A
Shpjegimi: Sipas çelësit të dokumentit, alternativa A është vlerësuar si e saktë. Nga figura, shuma e A1:B2 është 9; kushti i IF plotësohet dhe formula kthen C1, pra 5.

41. Vlera numerike e qelulës A3 në programin MS Excel, pas shtypjes së tastit ENTER, do të jetë:

	A	B	C
1	2	2	5
2	3	3	6
3			=IF(SUM(A1:B2)>=9;C1;C2)

A. 6
B. 5
C. 7
D. 8

Përgjigjja e saktë: B
Shpjegimi: Sipas çelësit të dokumentit, alternativa B është vlerësuar si e saktë për këtë item, bazuar në figurën e paraqitur në dokument.

42. Në programin MS Excel janë vendosur shënimet vijuese. Sa do të jetë vlera numerike që do të paraqitet në celulën A5, pas shtypjes së tastit Enter

	A	B	C	D	E	F	G	H
1	1							
2	2							
3	3							
4	4							
5	=IF(ROUND(AVERAGE(A1:A4);0)=AVERAGE(A1:A4);MAX(A1:A4);MIN(A1:A4))							
6								

A. 1
B. 2,5
C. 3
D. 4

Përgjigjja e saktë: A
Shpjegimi: Sipas çelësit të dokumentit, alternativa A është vlerësuar si e saktë. ROUND(AVERAGE(A1:A4);0) jep 3, ndërsa AVERAGE(A1:A4)=2.5; kushti del i rremë dhe kthehet MIN(A1:A4), pra 1.

43. Në figurë janë treguar rezultatet e një gare. Sa është numri i atyre që kanë votuar për grupin Koha, nëse numri i votuesve ishte 1200 ?

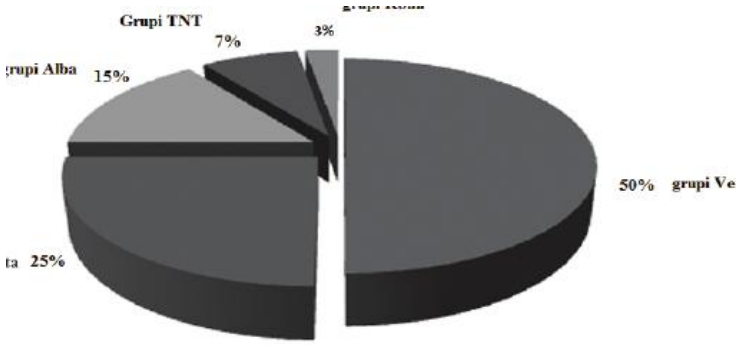

A. 3
B. 30
C. 36
D. 300

Përgjigjja e saktë: C

Shpjegimi: Sipas çelësit të dokumentit, alternativa C është vlerësuar si e saktë. Grupi Koha ka 3% të 1200 votuesve, pra 36 vota.

44. Cili nga veprimet e mëposhtme do të selektojë të gjithë celulat e fletës:

A. Klikojmë një herë me të majtën e miut në cepin e djathtë lart të fletës
B. Shtypim njëkohësisht tastet Ctrl+A
C. Klikojmë tri herë me të djathtën e miut në një celulë të fletës
D. Shtypim njëkohësisht tastet Ctrl+S

Përgjigjja e saktë: B

Shpjegimi: Sipas çelësit të dokumentit, alternativa B është vlerësuar si e saktë. Ctrl+A selekton të gjitha qelizat e fletës.

45. Cila është rruga e duhur për të fshirë një fletë nga libri i punës në programin MS Excel:

A. Klikojmë në tastin e djathtë të miut tek emri i fletës dhe zgjedhim DELETE
B. Shkojmë tek DATA–REMOVE DUBPLICATES
C. Me tastin e djathtë të miut tek emri i fletës zgjedhim INSERT – ENTIRE - COLUMN
D. Shkojmë tek DATA – Conditional Formating – Clear Rules

Përgjigjja e saktë: A

Shpjegimi: Sipas çelësit të dokumentit, alternativa A është vlerësuar si e saktë. Fleta fshihet duke klikuar me tastin e djathtë mbi emrin e saj dhe duke zgjedhur DELETE.

46. Nëse në skajin e epërm të një celule shfaqet një trekëndësh i kuq, do të thotë:

A. Ekziston një koment i lidhur me këtë celulë
B. Në këtë celulë ka një gabim
C. Ngjyra e tekstit në këtë cellule është e kuqe
D. Në këtë celulë nuk mund të vendoset asnjë formulë

Përgjigjja e saktë: A

Shpjegimi: Sipas çelësit të dokumentit, alternativa A është vlerësuar si e saktë. Trekëndëshi i kuq tregon se qelula ka koment.

47. Zona e celulave që fillon me celulën A1 dhe përfundon me celulën J15, shkruhet si:

A. A1..J15
B. A1,J15
C. A1-J15
D. A1:J15

Përgjigjja e saktë: D
Shpjegimi: Sipas çelësit të dokumentit, alternativa D është vlerësuar si e saktë. Zona e qelizave shkruhet me dy pika: A1:J15.

48. Cila nga adresat e mëposhtme është një adresë absolute:

A. G$8
B. P72
C. F9
D. $K356

Përgjigjja e saktë: C
Shpjegimi: Sipas çelësit të dokumentit, alternativa C është vlerësuar si e saktë. Në adresën absolute fiksohen si kolona ashtu edhe rreshti me shenjën $.

49. Le të supozohet se B9 dhe B10 përmbajnë vlerat 2 dhe 5. Nëse selektohen këto dy celula dhe tërhiqet miu poshtë deri në celulën B13, çfarë vlerash do të kenë celulat B11,B12,B13:

A. 9, 12, 15
B. 2,5,8
C. 8, 11, 14
D. 5, 5, 5

Përgjigjja e saktë: C
Shpjegimi: Sipas çelësit të dokumentit, alternativa C është vlerësuar si e saktë. Seria 2, 5 vazhdon me hap 3, prandaj vlerat vijojnë 8, 11, 14.

50. Le të supozohet se B9 dhe B10 përmbajnë vlerat 3 dhe 3. Nëse selektohen këto dy celula dhe tërhiqet miu poshtë deri në celulën B13, çfarë vlerash do të kenë celulat B11,B12,B13:

A. 4,5,6
B. 3, 3, 3
C. 9, 12, 15
D. 5, 5, 5

Përgjigjja e saktë: B
Shpjegimi: Sipas çelësit të dokumentit, alternativa B është vlerësuar si e saktë. Kur dy qelizat fillestare kanë vlerë të njëjtë, AutoFill i përsërit ato.

51. Cila nga komandat e mëposhtme kthen prapa veprimin e fundit të kryer, në MS Excel:

A. UNDO
B. CUT
C. REDO
D. PASTE

Përgjigjja e saktë: A
Shpjegimi: Sipas çelësit të dokumentit, alternativa A është vlerësuar si e saktë. UNDO e kthen prapa veprimin e fundit.

52. Çfarë ekzekuton formula =Sheet2!D28+Sheet2!E28, në programin MS Excel:

A. Llogarit shumën e celulave D28 dhe E28
B. Llogarit shumën e të gjithë celulave të rreshtit 28
C. Llogarit mesataren e celulave D28 dhe E28
D. Formula është shkruar me gabime

Përgjigjja e saktë: A
Shpjegimi: Sipas çelësit të dokumentit, alternativa A është vlerësuar si e saktë. Formula i referohet Sheet2 dhe mbledh vetëm qelizat D28 dhe E28.

53. Gjatë punës në MS Excel, në raste të caktuar paraqitet simboli #DIV/0!. Cila është arsyeja për këtë:

A. Shumëzimi me zero
B. Mbledhja me zero
C. Pjesëtimi me zero
D. Zbritja me zero

Përgjigjja e saktë: C
Shpjegimi: Sipas çelësit të dokumentit, alternativa C është vlerësuar si e saktë. Simboli #DIV/0! tregon pjesëtim me zero.

54. Procedura e vendosjes së një drejtkëndëshi për shkruarjen e tekstit të caktuar në MS Excel është:

A. Insert Text Box
B. Insert Chart
C. File Page Setup
D. File Chart

Përgjigjja e saktë: A
Shpjegimi: Sipas çelësit të dokumentit, alternativa A është vlerësuar si e saktë. Insert > Text Box përdoret për vendosje të drejtkëndëshit të tekstit.

55. Renditja e opsioneve Insert Text Box , në programin MS Excel, mundëson:

A. Paraqitjen grafike
B. Drejtkëndëshin e tekstit
C. Paraqitjen e vizatimeve
D. Paraqitjen e një ekuacioni

Përgjigjja e saktë: B
Shpjegimi: Sipas çelësit të dokumentit, alternativa B është vlerësuar si e saktë. Text Box mundëson krijimin e drejtkëndëshit të tekstit.

56. Në figurën vijuese është paraqitur:

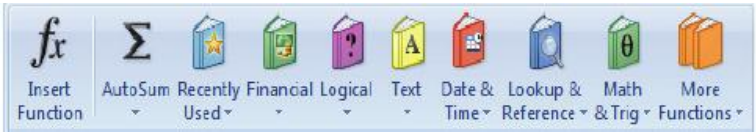

A. Libraria e funksioneve
B. libraria e funksionet për sortim dhe filtrim
C. Libraria e dokumenteve bazë
D. Libraria e tabelave

Përgjigjja e saktë: A
Shpjegimi: Sipas çelësit të dokumentit, alternativa A është vlerësuar si e saktë. Shiriti i paraqitur në figurë i përket Function Library.

57. Në figurën vijuese është paraqitur një shirit i veglave të programit MS Excel, i cili mundëson:



A. Paraqitjen grafike -Charts
B. Llogaritjet tabelare – Tables
C. Llogaritjen me funksione- Function Library
D. Auditimin e formulave – Formula Auditing

Përgjigjja e saktë: A
Shpjegimi: Sipas çelësit të dokumentit, alternativa A është vlerësuar si e saktë. Ikonat e figurës i përkasin grupeve të grafikëve, pra Charts.

IV. MS PoëerPoint

58. Nëse duam që një informacion të shfaqet në të njëjtin pozicion në çdo faqe të prezantimit në mënyrë automatike, duhet ta vendosim në:

A. Handout Master
B. Notes Master
C. Slide master
D. Title Master

Përgjigjja e saktë: C
Shpjegimi: Sipas çelësit të dokumentit, alternativa C është vlerësuar si e saktë. Përmbajtja që duhet të shfaqet në të njëjtin pozicion në çdo sllajd vendoset në Slide master.

59. Për të shtuar një faqe të re në prezantim, mund të përdoret kombinimi i tasteve:

A. Ctrl + I
B. Ctrl + O
C. Ctrl + N
D. Ctrl + M

Përgjigjja e saktë: D
Shpjegimi: Sipas çelësit të dokumentit, alternativa D është vlerësuar si e saktë. Ctrl+M shton një slide të ri në PowerPoint.

60. Cilin tast duhet shtypur për të aktivizuar opsionin Slide Shoë nga sllajdi i parë:

A. ESC
B. F5
C. F7
D. F9

Përgjigjja e saktë: B
Shpjegimi: Sipas çelësit të dokumentit, alternativa B është vlerësuar si e saktë. F5 aktivizon Slide Show nga sllajdi i parë.

61. Cili prej opsioneve të më poshtme do të përdoret në rastin kur shtypet në notes text box

A. Zoom
B. Slide master
C. Insert
D. Slide shoë

Përgjigjja e saktë: A
Shpjegimi: Sipas çelësit të dokumentit, alternativa A është vlerësuar si e saktë për këtë item.

62. Keni krijuar një prezantim të tipit PoëerPoint Shoë dhe të njëjtin dëshironi ta dërgoni në adresën elektronike të një miku. Këtë do ta bëni duke e vënë prezantimin në:

A. Attachment
B. Inclusion
C. Reply
D. Forëard

Përgjigjja e saktë: A
Shpjegimi: Sipas çelësit të dokumentit, alternativa A është vlerësuar si e saktë. Për dërgim me e-mail prezantimi vendoset si attachment.

63. Nëse dëshirohet një pamje unike e të gjitha sllajdeve në një prezantim në PoëerPoint, duhet të përdoret opsioni vijues:

A. Forëard vieë
B. Slide layout
C. Outline vieë
D. Design template

Përgjigjja e saktë: D
Shpjegimi: Sipas çelësit të dokumentit, alternativa D është vlerësuar si e saktë për këtë item.

64. Grupi i veglave vijuese në programin MS PoëerPoint, ka të bëjë me opsionin:

A. Set Up
B. Start Slide Shoë
C. Page setup
D. Presentation Vieës

Përgjigjja e saktë: D
Shpjegimi: Sipas çelësit të dokumentit, alternativa D është vlerësuar si e saktë. Grupi i paraqitur lidhet me mënyrat e shikimit të prezantimit, pra Presentation Views.

65. Vegla programit MS PoëerPoint mundëson:

A. Animacionet e sllajdeve si tërësi
B. Animacionet e objekteve në sllajd
C. Animacionet e objekteve grafike në sllajd
D. Animacionet e objekteve tabelare në sllajd

Përgjigjja e saktë: B
Shpjegimi: Sipas çelësit të dokumentit, alternativa B është vlerësuar si e saktë. Custom Animation përdoret për animacionet e objekteve në sllajd.

66. Vegla programit MS PoëerPoint mundëson:

A. Orientimin e sllajdit nga opsioni Portrait në Landscape dhe anasjelltas
B. Orientimin e sllajdit nga opsioni Slide Shoë në Slide Sorter dhe anasjelltas
C. Orientimin e sllajdit nga opsioni Slide Master në Noter Master dhe anasjelltas
D. Orientimin e sllajdit nga opsioni Slide Master në Noter Master dhe anasjelltas

Përgjigjja e saktë: A
Shpjegimi: Sipas çelësit të dokumentit, alternativa A është vlerësuar si e saktë. Vegla Slide Orientation ndryshon orientimin Portrait/Landscape.

67. Efektet speciale që përdoren në sllajde të një prezantimi në MS PoëerPoint, quhen:

A. Custom Animations
B. Transitions
C. Effects
D. Present Animations

Përgjigjja e saktë: B
Shpjegimi: Sipas çelësit të dokumentit, alternativa B është vlerësuar si e saktë. Efektet speciale ndërmjet sllajdeve quhen Transitions.

MS Access

68. Opsioni i cili mundëson vendosjen e të dhënave sipas formatit të kërkuar në MS Access është:

A. Data verification
B. Data validation
C. Criteria
D. Input mask

Përgjigjja e saktë: D
Shpjegimi: Sipas çelësit të dokumentit, alternativa D është vlerësuar si e saktë. Input mask detyron formatin e futjes së të dhënave.

69. Cila metodë e filtrimit mundëson filtrimin e të dhënave në bazë të një kriteri specifik, në programin MS Access:

A. Filter by selection
B. Auto filter
C. Filter by form
D. Advanced filter

Përgjigjja e saktë: C
Shpjegimi: Sipas çelësit të dokumentit, alternativa C është vlerësuar si e saktë. Filter by form lejon filtrimin sipas kriterit të caktuar duke përdorur formularin.

70. Cila metodë e filtrimit nuk ekziston në MS Access:

A. Auto filter
B. Advanced filter
C. Filter by selection
D. Filter by form

Përgjigjja e saktë: B
Shpjegimi: Sipas çelësit të dokumentit, alternativa B është vlerësuar si e saktë për këtë item.

71. Cili lloj i të dhënave preferohet të përdoret në fushën përkatëse të programit MS Access, për ruajtjen e numrave të telefonave mobil:

A. Text
B. Date/Time
C. Number
D. Memo

Përgjigjja e saktë: A
Shpjegimi: Sipas çelësit të dokumentit, alternativa A është vlerësuar si e saktë. Numrat e telefonit ruhen si Text, sepse nuk llogariten matematikisht.

72. Cila fushë e të dhënave mund të memoroj sasi më të madhe të të dhënave në MS Access:

A. Date/Time
B. Yes/No
C. Memo
D. Text fields

Përgjigjja e saktë: C
Shpjegimi: Sipas çelësit të dokumentit, alternativa C është vlerësuar si e saktë. Fusha Memo ruan sasi më të madhe të të dhënave tekstuale.

73. Cila fushë e të dhënave përdoret për ruajtjen e fotove të të punësuarve në një bazë të të dhënave në MS Access:

A. OLE
B. Yes/No
C. Picture
D. Photo

Përgjigjja e saktë: A
Shpjegimi: Sipas çelësit të dokumentit, alternativa A është vlerësuar si e saktë. Në këtë test ruajtja e fotove në Access lidhet me tipin OLE.

74. Opsionet Relationship, SQL Server etj. të programit MS Access mund të gjenden në:

A. External data tab
B. Database tools tab
C. Create tab
D. Home tab

Përgjigjja e saktë: B
Shpjegimi: Sipas çelësit të dokumentit, alternativa B është vlerësuar si e saktë. Relationship dhe veglat e ngjashme gjenden te Database tools tab.

75. Grupi i veglave vijuese në programin MS Access , ka të bëjë me opsionin:

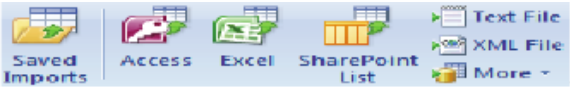

A. Collect Data
B. Export
C. Import
D. SharePoint Lists

Përgjigjja e saktë: C

Shpjegimi: Sipas çelësit të dokumentit, alternativa C është vlerësuar si e saktë. Figura i referohet grupit Import.

76. Vegla e programit MS Access mundëson:

e pr

A. Krijimin e një baze grafike të të dhënave
B. Krijimin e një baze të të dhënave nga dy fajlla
C. Krijimin e një baze tabelare të të dhënave
D. Ndarjen e një baze të të dhënave në dy fajlla

Përgjigjja e saktë: D

Shpjegimi: Sipas çelësit të dokumentit, alternativa D është vlerësuar si e saktë për këtë item, sipas figurës së paraqitur në dokument.

77. Vegla e programit MS Access quhet:

A. Advanced Filter Options
B. Advanced Query Options
C. Advanced form Options
D. Advanced Sort Options

Përgjigjja e saktë: A

Shpjegimi: Sipas çelësit të dokumentit, alternativa A është vlerësuar si e saktë. Butoni Advanced në këtë kontekst lidhet me Advanced Filter Options.

78. Cila prej metodave të mëposhtme mund të përfshijë më shumë tabela në një bazë të të dhënave:

A. Design Vieë
B. Table Ëizard
C. By Entering Data
D. Të tri metodat e përmendura

Përgjigjja e saktë: D

Shpjegimi: Sipas çelësit të dokumentit, alternativa D është vlerësuar si e saktë. Të tri metodat e përmendura mund të përdoren për përfshirje ose krijim tabelash.

79. Cili lloj i të dhënave preferohet të përdoret për fushën në të cilën do të ruhen numrat serik, në MS Access:

A. Number
B. AutoNumber
C. Text
D. Memo

Përgjigjja e saktë: B
Shpjegimi: Sipas çelësit të dokumentit, alternativa B është vlerësuar si e saktë. AutoNumber gjeneron vlera serike unike.

80. Paraqitjen e të dhënave nga disa tabela në MS Access e mundëson opsioni:

A. Tabular form
B. Page break
C. Columnar form
D. Sub form

Përgjigjja e saktë: D
Shpjegimi: Sipas çelësit të dokumentit, alternativa D është vlerësuar si e saktë. Subform mundëson paraqitjen e të dhënave nga disa tabela të lidhura.

81. Grupi i komandave: Sort & Filter, gjendet në opsionin :

A. Create
B. Fields
C. Home
D. Database tools

Përgjigjja e saktë: C
Shpjegimi: Sipas çelësit të dokumentit, alternativa C është vlerësuar si e saktë. Grupi Sort & Filter gjendet te Home.

Programim

82. Pas ekzekutimit të programit vijues, për x=3 dhe y=7, fitohet:

```
// Programi logjike1
#include <iostream>
using namespace std;
int main()
{
bool z;
double x,y;
cout << "Vlera për variablën x: ";
cin >> x;
cout << "Vlera për variablën y: ";
cin >> y;
cout << "\nA është x>y?: ";
z=(x>y);
if (z==true)
cout << "Po";
else
cout << "Jo";
cout << endl;
return 0;
}
```

```
// Programi if1
#include <iostream>
using namespace std;
int main()
{
double x,y,z;
cout << "Vlera x=";
cin >> x;
cout << "\nVlera y=";
cin >> y;
z=-5;
if (x<y)
```

```
// Programi if8
#include <iostream>
using namespace std;
int main()
{
double x,s,y;
int i,n;
cout << "Vlera x=";
cin >> x;
cout << "\nVlera n=";
cin >> n;
s=0;
for (i=1;i<=n+1;i++)
if (i!=4)
```

```
!14
:ream>                    funksionit y=";
:e std;

i]={7,3,4,9,-2,5,11,6};

:ra e variablës x:";

.++)

 të mëdhenj se x="
```

A. A është x > y? : Jo
B. A është x > y? : Po
C. A është x > y? : true
D. A është x > y? : endl

Përgjigjja e saktë: A

Shpjegimi: Sipas çelësit të dokumentit, alternativa A është vlerësuar si e saktë. Programi krahason x me y; me x=3 dhe y=7 kushti x>y del i rremë, prandaj shfaqet “Jo”.

83. Pas ekzekutimit të programit vijues, për x=3 dhe y=7, fitohet:

A. Rezultati është z=10
B. Rezultati është z=3
C. Rezultati është z=7
D. Rezultati është z=4

Përgjigjja e saktë: A

Shpjegimi: Sipas çelësit të dokumentit, alternativa A është vlerësuar si e saktë. Nga ekzekutimi i programit të paraqitur në figurë, rezultati del z=10.

84. Pas ekzekutimit të programit vijues, për x=7 dhe n=5, fitohet vlera e funksionit:

A. y = 5
B. y = 43
C. y = 7
D. y = - 43

Përgjigjja e saktë: D

Shpjegimi: Sipas çelësit të dokumentit, alternativa D është vlerësuar si e saktë. Sipas programit të paraqitur në figurë, vlera e funksionit del y = -43.

85. Pas ekzekutimit të programit vijues, për x=5 do të fitohet përgjigjja vijuese:

A. Më të mëdhenj se x=4 janë 5 anëtar
B. Më të mëdhenj se x=5 janë 4 anëtar
C. Vlera e variablës x=5
D. Janë n anëtar

Përgjigjja e saktë: B

Shpjegimi: Sipas çelësit të dokumentit, alternativa B është vlerësuar si e saktë. Në vargun {7, 3, 4, 9, -2, 5, 11, 6}, më të mëdhenj se 5 janë 7, 9, 11 dhe 6, pra 4 anëtar.